אוניברסיטת בן גוריון בנגב
באר שבע

תאריך הבחינה: 05.09.2025

מועד: א'

המרצים: ד"ר דורון בראונשטיין, ד"ר אמנון יוסף, ד"ר סמוליק אלה, ו-פרופ' אחמד סלמאן

מבחן ב: מבוא לפיזיקה 1

מס' קורס: 500-5-0006

משך הבחינה: שלוש שעות (120 דקות)

חומר עזר: מחשבון

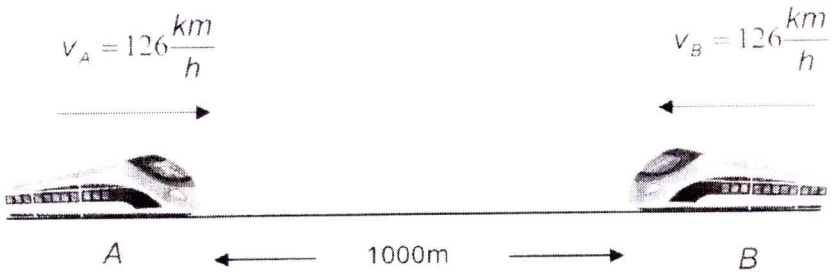
הוראות לנבחן:

1. **נא כתוב את תשובותיך באופן ברור, קריא ומסודר.**
2. **יש לענות על 4 שאלות בלבד.**

שאלה 1 (25 נקודות)

שני נהגי רכבות, שכל אחת מהן נעה במהירות קבועה של $v = 126\frac{km}{h}$, מבחינים בו זמנית כי הן נמצאות על אותה מסילה ונעות זו לעבר זו, כאשר המרחק ביניהן הוא $1000m$. זמן התגובה של כל נהג הוא $0.8S$ לאחר זמן התגובה:

רכבת A מתחילה להאט בתאוטה קבועה שגודלה $4\frac{m}{S^2}$. רכבת B מתחילה גם היא להאט, אך ערך התאוטה שלה אינו ידוע.



א. בחרו ציר X משותף לשתי הרכבות, והסבירו מהם סימני המהירות והתאוצה של כל רכבת ביחס לציר זה. (5 נק')


ב. כתבו את משוואות התנועה של רכבת A. (5 נק').

ג. חשבו את מיקום העצירה של רכבת A. (5 נק').

ד. מצאו את ערך התאוטה המינימלית של רכבת ב, הדרוש כדי למנוע התנגשות. (5 נק').

ה. שרטט גרף של מהירות רכבת A כפונקציה של הזמן, מרגע שהנהגים הבחינו ששתי הרכבות על אותה מסילה ועד לעצירה של רכבת A. (5 נק')

שאלה 1



$v_A = 126\frac{km}{h} = 35\frac{m}{s}$; $a_A = -4\frac{m}{s^2}$

v_A בכיוון x חיובי ולכן v_A חיובי.

שאלה 1 ב- v_A, a_A סומנים בכיוונים הנכונים.

$v_B = -35\frac{m}{s}$ נתון בכיוון x שלילי,

a_B $a_B = 0$ בכיוון הנתון.

$t \le 0.8\,sec$ (א)

$x_A = v_A \cdot t$

$x_A = 35t$

$x_A(0.8) = 28\,m$

$x_A - x_{0A} = v_{0A}(t-t_0) + \frac{a_A(t-t_0)^2}{2}$ $t \ge 0.8\,sec$

$x_A = 28 + 35(t-0.8)) - 2(t-0.8)^2$

$$x_A = \begin{cases} 35t & t \le 0.8\,sec \\ 28+35(t-0.8)-2(t-0.8)^2 & t \ge 0.8 \end{cases}$$

(ג)

$v_A^2 = v_{0A}^2 + 2a_A(x_A^* - x_{0A})$

$0 = 35^2 - 8(x_A^* - 28)$

$x_A^* = 181.125\,m$

ג) כשהגוף עלה מכונית B במהירות קבועה, משך הנסיעה:

$$X_B - X_{0B} = v_B \cdot t$$

$$X_B - 10000 = -35 \cdot 0.8 \Rightarrow X_B = 9972\text{ m}$$

משך הזמן $t = 0.8$ שניות שהגוף נע.

$$X_{0B} = 9972\text{m},\quad a_B = ?$$

מהירות המכונית B בעת שהגוף עצר (כמעט) $v_{B\min}$ ומרחק המכונית B מהעמדה X_A (כמעט) הנסיעה

$$v_B^2 = v_{0B}^2 + 2a_B(X_B - X_{0B})$$

$$0 = (-35)^2 + 2a_B(181.125 - 9972)$$

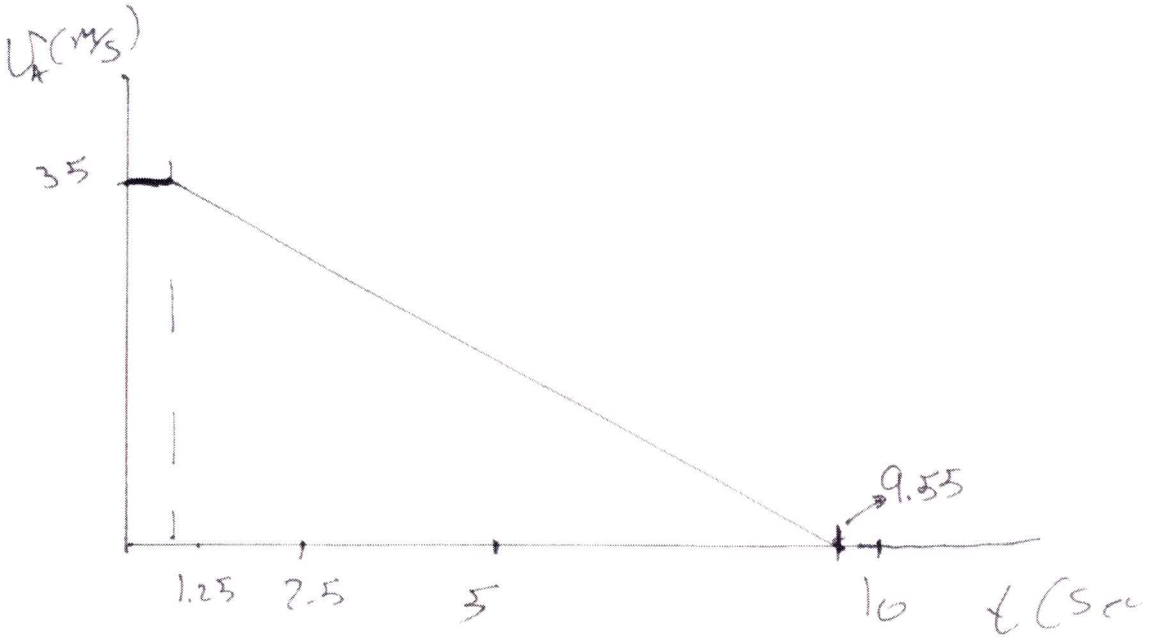
$$a_B = 0.774\ \frac{m}{s^2}$$

ב)

$$v_A = 0$$

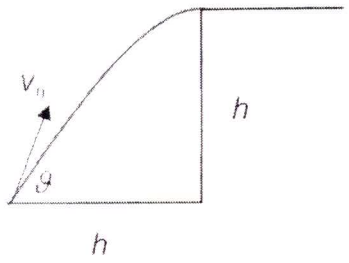
$$0 = 35 - 4(t - 0.8)$$

$$t = 9.55\text{ sec}$$



שאלה 2 (25 נקודות)

אבן נזרקת מגובה הקרקע בזווית ϑ ביחס לאופק ובמהירות v_0 לעבר צוק שגבהו h, כמוראה באיור שלהלן. האבן נזרקת ממרחק אופקי h מבסיס הצוק. על האבן לפגוע בקצה הצוק כשהיא נעה **אופקית**



הביעו את תשובותיכם באמצעות: g, h

א. ביחס למערכת צירים שראשיתה בנקודת הזריקה חשבו את משוואת התנועה בציר האופקי והאנכי (בסעיף זה תוכלו להתייחס ל- v_0 כנתון). (6 נקודות).

ב. חשבו את זווית הזריקה ϑ (6 נקודות).

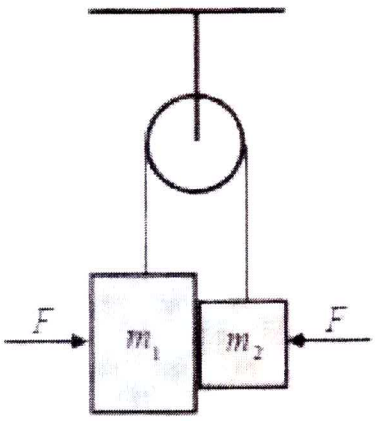
ג. חשבו את מהירות הזריקה v_0 (6 נקודות).

ד. מצאו את זמן תנועת האבן באוויר (7 נקודות).

שאלה 3 (25 נקודות)

שני גופים שמסתם m_1 ו- m_2 קשורים בחבל חסר מסה העובר דרך גלגלת חסרת חיכוך, כמתואר באיור.

נתון כי $m_1 > m_2$.



מקדמי החיכוך הסטטי והקינטי בין הגופים הם: μ_s ו- μ_k.

הגופים נלחצים זה כנגד זה בכוחות F השווים בגודלם והפוכים בכיוונם כמתואר באיור. הניחו שבכל מהלך התרגיל יש מגע בין הגופים וחוטים תמיד מקבילים ואנכיים.

נתונים: $m_1, m_2, \mu_s, \mu_k, g$.

א. אם המערכת משוחררת ממנוחה, חשבו מהו גודלו המינימלי של הכוח F הדרוש כדי שהמערכת תישאר במנוחה? (8 נקודות)

ב. חשבו את כוח החיכוך בין הגופים כאשר הכוח F שמופעל על המסות הוא **כפול** מהכוח המינימלי שחישבתם בסעיף הקודם: (8 נקודות)

ג. במצב אחר, מפעילים על הגופים, הנמצאים במנוחה במצב ההתחלתי, כוח שהוא **מחצית** מהכוח המינימלי שחישבתם בסעיף א'. חשבו את תאוצות הגופים. (9 נקודות)

k.

$x = x_0 + v_x \cdot t = 0 + v_0 \cos\vartheta\, t = v_0 \cos\vartheta\, t$

$y = y_0 + v_{oy} t + \frac{1}{2} a_y t^2 : \quad y = v_0 \sin\vartheta\, t - \frac{1}{2} g t^2$

.?

$v_y = 0: \quad v_y = v_{oy} - gt \qquad 0 = v_0 \sin\vartheta - gt$

$t = \frac{v_0 \sin\vartheta}{g}$

$h = v_0 \cos\vartheta \cdot \frac{v_0 \sin\vartheta}{g} \Rightarrow h = \frac{v_0^2 \sin 2\vartheta}{2g}$

$h = v_0 \sin\vartheta \cdot \frac{v_0 \sin\vartheta}{g} - \frac{1}{2} g \frac{v_0^2 \cdot \sin^2\vartheta}{g}$

$\frac{v_0^2 \sin\vartheta \cos\vartheta}{g} = \frac{v_0^2 \sin\vartheta \sin\vartheta}{g} - \frac{v_0^2 \sin^2\vartheta}{2g}$

$\cos\vartheta = \sin\vartheta - \frac{\sin\vartheta}{2}$

$2\cos\vartheta = 2\sin\vartheta - \sin\vartheta$

$\tan\vartheta = 2 \Rightarrow \boxed{\vartheta = 63.43^\circ}$

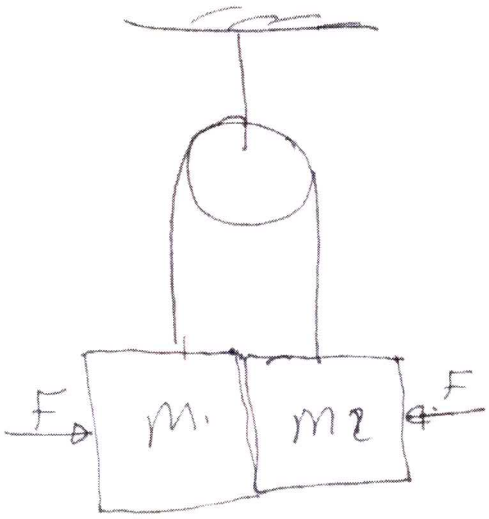
.?

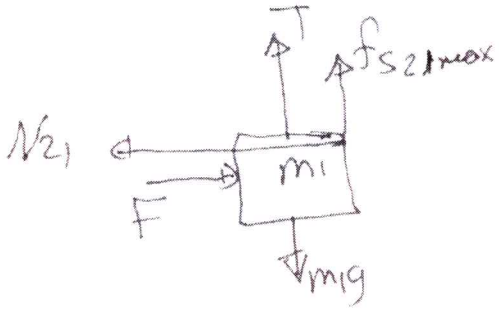
$h = \frac{v_0^2 \sin(2\vartheta)}{2g} \Rightarrow v_0 = \sqrt{\frac{2gh}{\sin 2\vartheta}} = \sqrt{\frac{2gh}{0.8}} = \sqrt{2.5gh}$

.?

$t = \frac{v_0 \sin\vartheta}{g} = \frac{\sqrt{2.5gh} \cdot \sin(63.43^\circ)}{g} =$

$= \sqrt{2} \cdot \sqrt{\frac{h}{g}} = \sqrt{\frac{2h}{g}}$ //





$$\Sigma F_y = 0$$

$$T + f_{s21max} = m_1 g$$

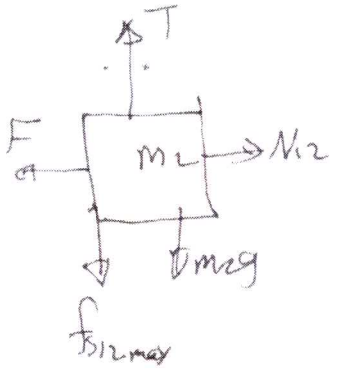
$$\Sigma F_x = 0 \Rightarrow$$

$$F - N_{21} = 0$$

$$N_{21} = F$$

$$f_{s21max} = \mu_s \cdot N_{21} = \mu_s \cdot F$$

$$\boxed{T + \mu_s \cdot F = m_1 g}$$



$$\Sigma F_y = 0$$

$$T - m_2 g - f_{s12max} = 0$$

f_{s21max} כיוון הפוך ל-

$$\boxed{T - m_2 g - \mu_s \cdot F = 0}$$

$$m_1 g - \mu_s F = m_2 g + \mu_s F$$

$$m_1 g - m_2 g = 2\mu_s \cdot F \Rightarrow F_{min} = \frac{(m_1 - m_2) g}{2\mu_s}$$

ב) שגודל כוחה F שמפעיל על $f_{s\max}$ הוא כך ש

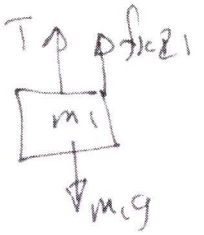
$$0 \le f_s \le f_{s\max}$$

ומכאן $f_{s\max} = \mu_s \cdot N = \mu_s \cdot F = \frac{(m_1 - m_2)g}{2}$

ג) המינימלי הוא $F = \frac{(m_1-m_2)g}{4\mu_s}$

$$f_{k12} = f_{k21} = \mu_k \cdot N_{12} = \mu_k \cdot F$$

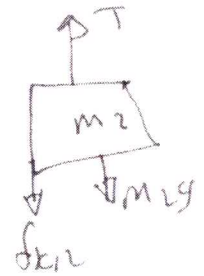
$$f_{k12} = \mu_k \cdot \frac{(m_1-m_2)g}{4\mu_s}$$



$$\Sigma F_y = m \cdot a$$

$$m_1 g - T - f_{k21} = m_1 a$$

$$\boxed{m_1 g - T - \frac{\mu_k}{4\mu_s} g(m_1 - m_2) = m_1 a}$$



$$\Sigma F_y = m \cdot a$$

$$\boxed{T - m_2 g - \frac{\mu_k}{4\mu_s} g(m_1 - m_2) = m_2 \cdot a}$$

בחיבור

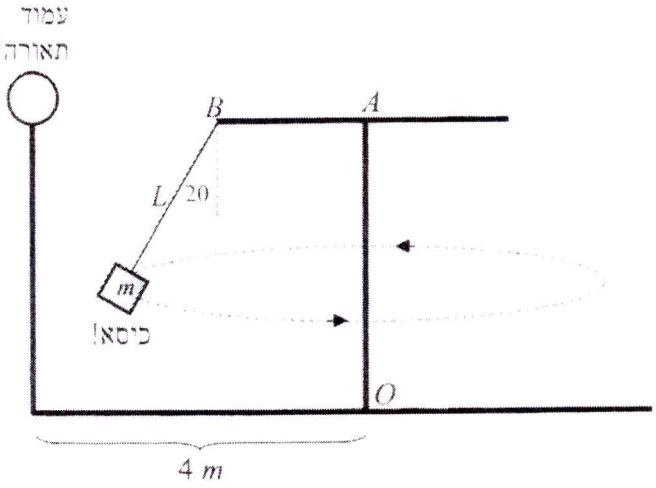
$$m_1 g - m_2 g - \frac{\mu_k}{2\mu_s}(m_1 - m_2)g = (m_1 + m_2)a$$

$$a = \frac{(m_1-m_2)}{m_1+m_2} g - \frac{\mu_k}{2\mu_s} \cdot \frac{(m_1 - m_2)}{m_1+m_2} g$$

$$\boxed{a = \left(\frac{m_1-m_2}{m_1+m_2}\right) g \left(1 - \frac{\mu_k}{2\mu_s}\right)}$$

שאלה 4 (25 נקודות)

בתרשים המצורף, מתואר מבט-צד על קרוסלה המסתובבת אופקית במהירות זוויתית קבועה סביב ציר אנכי OA. אורך הקטע AB (עשוי מתכת קשיחה), המופיע בשרטוט הוא 3 מטר. לנקודה B מחובר קצהו האחד של החבל שאורכו $L=2m$, אשר קצהו השני קשור לכיסא שמסתו $m=4kg$ (התייחסו לכיסא כאל גוף נקודתי). במרחק 4 מטר מציר הסיבוב של קרוסלה ניצב עמוד תאורה אנכי. מסובבים את הקרוסלה כך, שבמהלך הסיבוב יוצר החבל זווית של 20 מעלות עם האנך (ראה סרטוט).



א. שרטטו את תרשים הכוחות הפועלים על הכיסא המסתובב. (5 נקודות)

ב. מהי המתיחות בחבל? (5 נקודות)

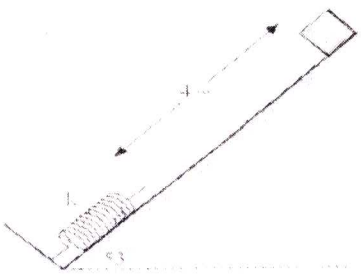
ג. מהי תדירות הסיבוב ? (5 נקודות)

ד. מהי המהירות הזוויתית המקסימלית שבה ניתן לסובב את הקרוסלה מבלי שהכיסא יפגע בעמוד התאורה? (5 נקודות)

ה. בהנחה שאין עמוד תאורה, האם ניתן לסובב את הקרוסלה בתדירות כזו שהזווית בין החבל לאנך היא ישרה? אם לא נמקו, אם כן חשבו תדירות זו. (5 נקודות)

שאלה 5 (25 נקודות)

בול שמסתו $m=2kg$ משוחרר ממנוחה על גבי מישור משופע, הנטוי בזוית $\alpha=53$ לאופק, מנקודה הנמצאת במרחק $4m$ מקצהו של קפיץ ארוך הצמוד לתחתית המישור כבתרשים.



קבוע הכוח של הקפיץ הוא $k=60\frac{N}{m}$ ומקדם החיכוך (סטטי וקינטי) בין הגוף והמישור הוא $\mu=0.2$.

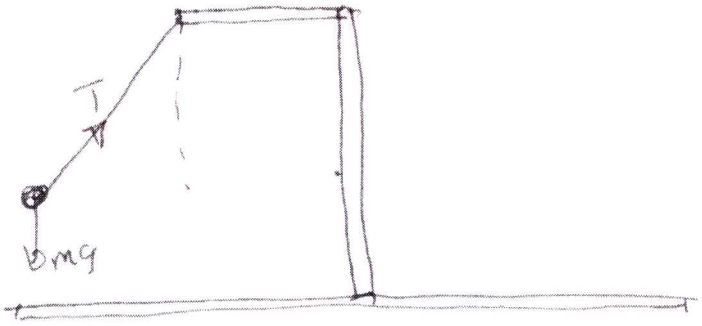
א. מה מהירות הבול ברגע הגיעו לקפיץ? (7 נקודות)

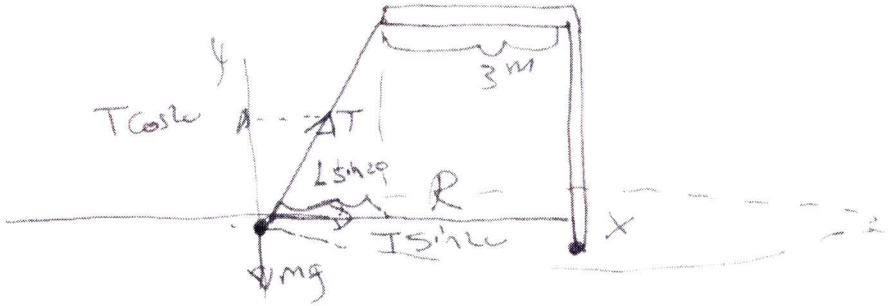
ב. מה שיעור ההתכווצות המכסימלית של הקפיץ בפעם ראשונה? (4 נקודות)

ג. עד לאיזה מרחק מנקודת יציאתו יגיע הבול כשיעלה במעלה המישור המשופע בפעם הראשונה? (7 נקודות)

ד. מה מהירותו המכסימלית של הגוף בפרק הזמן שבין שחרורו ובין עצירתו הראשונה. (7 נקודות)

בהצלחה!





מהשרטוט המרחבי ניתן לראות שהרדיוס של המעגל

$$R = 3 + L\sin 20 = 3.684\ m$$

$$\Sigma F_y = 0 \Rightarrow T\cos 20 - mg = 0$$

$$T = \frac{mg}{\cos 20} = \frac{40}{\cos 20} = 42.57N$$

ב)

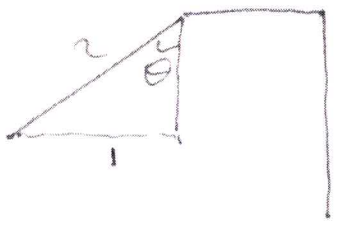
$$\Sigma F_R = m \cdot a_R$$

$$T\sin 20 = mR\omega^2 = MR\left(\frac{2\pi}{f}\right)^2$$

$$14.56 = 14.736\,\omega^2$$

$$\omega = 0.994\ rad/s \qquad = 2\pi f$$

$$f = 0.158\ Hz$$



$$\sin\theta = \frac{1}{2}$$

$$\theta = 30°$$

ג)

$$R = 4m$$

$$\Sigma F_y = 0 \Rightarrow T\cos 30 - mg = 0$$

$$T = 46.19N$$

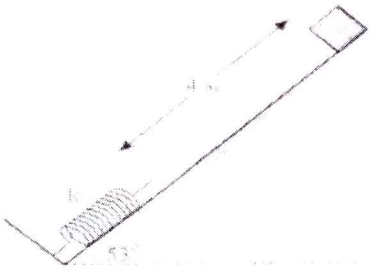
$$\Sigma F_R = mR\omega^2$$

$$T\sin 30 = 4 \cdot 4 \cdot \omega^2 \Rightarrow \omega = 1.2\ \frac{rad}{s}$$

ד) כיוון שאין תאוצה בכיוון ציר ה-y אז $T_y = 0$ ולכן $\Sigma F_y = 0$ בכיוון זה.

שאלה 3 (25 נקודות)

בול שמסתו $m = 2kg$ משוחרר ממנוחה על גבי מישור משופע, הנטוי בזוית $\alpha = 53$ לאופק, מנקודה הנמצאת במרחק $4m$ מקצהו של קפיץ ארוך הצמוד לתחתית המישור כבתרשים.



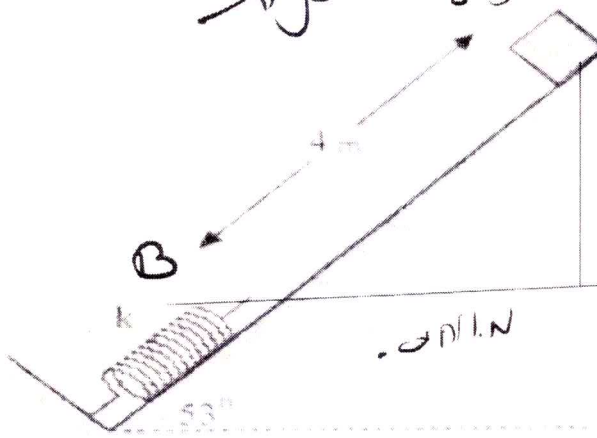
קבוע הכוח של הקפיץ הוא $k = 60 \frac{N}{m}$ ומקדם החיכוך (סטטי וקינטי) בין הגוף והמישור הוא $\mu = 0.2$.

א. מה מהירות הבול ברגע הגיעו לקפיץ? (7 נקודות)

ב. מה שיעור ההתכווצות המכסימלית של הקפיץ בפעם ראשונה? (4 נקודות)

ג. עד לאיזה מרחק מנקודת יציאתו יגיע הבול כשיעלה במעלה המישור המשופע בפעם הראשונה? (7 נקודות)

ד. מה מהירותו המכסימלית של הגוף בפרק הזמן שבין שחרורו ובין עצירתו הראשונה. (7 נקודות)



$$E_A + W_{(A\to B)} = E_B$$

$$W_{A\to B} = W_{f_k}$$

$$= f_k \cos 53^\circ \cdot x$$

$$mg\,4\sin 53^\circ - \mu_k mg\cos 53^\circ \cdot 4 = \frac{1}{2}mv_B^2$$

$$v_B = 7.36\ m/s$$

ⓑ נשמן $x = -x_m$ ולא שמרי ההתלטנות מקס'
נשמן $x = -C$ ולא יקבלו שלוש הוא מעלה.

$$E_A + W_{(A\to C)} = E_C$$

$$mg(4+x)\sin 53^\circ - \mu_k mg\cos 53(4+x) = \frac{1}{2}kx^2$$

$$30x^2 + (4+x)(-15.97+2.4) = 0$$

$$30x^2 - 13.56x - 54.25 = 0$$

$x = 1.58\ m$ $\qquad$ $x = -1.13$

ⓒ נעזר כי הכוח שלוש מתקן y כמעלה
המשוואה בזמן שנקי קלאסי

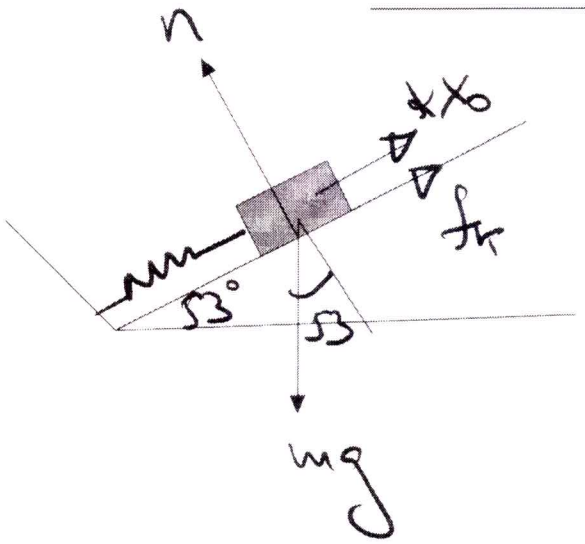
$$\frac{1}{2}kx^2 - \mu_k mg\cos 53\cdot y = mg\,y\sin 53$$

$$74.89 = 18.37y \Rightarrow y = 4.07\ m$$

ולכן המרחק מנקודת הגלגול הוא

$$d = H + X - y = 1.51\,m$$

(3) נמצא שוויי משקל:



$$\Sigma F_x = kX_0 + f_k - mg\sin 53^\circ = 0$$

$$X_0 = 0.226\,m$$

נשמרת שוויי בשפיכה מקום ב- A ועד C

$$mg(H+X_0)\sin 53^\circ - \mu_k mg\cos 53^\circ (H+X_0) = \frac{1}{2}mv_{max}^2 + \frac{1}{2}kX_0^2$$

$$(h+x_0)mg\left(\sin 53 - 0.2\cos 53\right) - 30x_0^2 = v_{max}^2$$

$$v_{max} = 7.46 \text{ m/s}$$