אוניברסיטת בן גוריון בנגב

באר שבע

תאריך הבחינה: 27.09.2023

מועד: ב'

המרצים: ד"ר דורון בראונשטיין, ד"ר אלה סמוליק, ד"ר משה פישר, ד"ר אמנון יוסף ופרופ' אחמד סלמאן

מבחן ב: מבוא לפיזיקה 1

מס' קורס: 500-5-0006

משך הבחינה: שלוש שעות

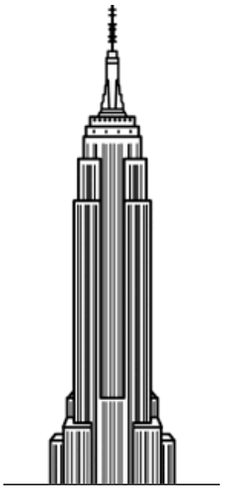
חומר עזר: מחשבון, דפי נוסחאות

הוראות לנבחן: עליך לענות על 4 שאלות בלבד, נא כתוב את תשובותיך באופן ברור, מפורט וקריא.

ב ה צ ל ח ה.

שאלה 1: (25 נקודות)

שני תלמדי הנדסה מעוניינים לחקור את חוקי הפיסיקה דרך המשחק הבא. הראשון עולה לקומה המאה בבניין האמפייר סטייט בניו יורק פותח את החלון, מושיט את ידו האוחזת בכדור קטן וזורק אותו אנכית מעלה במהירות של $20m/s$. חברו האוחז אף הוא כדור בידו נמצא בקומה המאה ועשרים, חמישים מטרים מעל התלמיד הקודם. התלמיד השני זורק את הכדור שבידו כלפי מעלה שנייה אחת מאוחר יותר במהירות $5m/s$.



הזניחו את ההתנגדות האוויר.

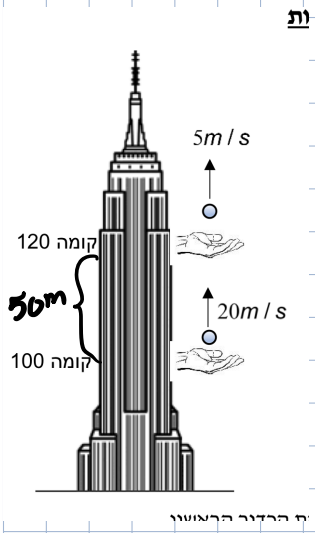
א. לאחר כמה זמן מרגע זריקת הכדור הראשון יחלפו הכדורים זה על פני זה? (5 נקודות)

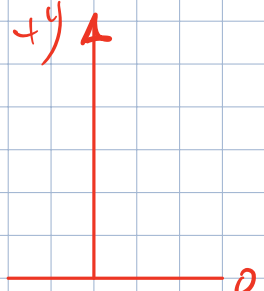
ב. באיזה מקום יחסית לתלמיד הראשון ייפגשו הכדורים ?(5 נקודות)

ג. ציירו גרפים איכותיים המתארים את מהירות הכדורים כפונקציה של הזמן. (5 נקודות).

ד. במקרה אחר התלמיד השני מחליט להשתהות שתי שניות. האם הכדורים יחלפו זה על פני זה? (5 נקודות)

ה. התלמיד השני מסיק נכונה שקיים חלון זמן בו הוא יכול להשהות את זריקתו. עזרו לתלמיד וחשבו עבורו את חלון הזמן בו הוא יכול לזרוק את כדורו על מנת שהכדורים ייפגשו באוויר (5 נקודות).





כדור שני:

$t_2 = t - 1$

$y_{02} = 50\ m$

$y_2 - 50 = 5(t-1) - 5(t-1)^2$

כדור ראשון:

$t_1 = t$

$y_{01} = 0$

$y_1 = 20t - 5t^2$

א) $y_1 = y_2$

$50 + 5(t-1) - 5(t-1)^2 = 20t - 5t^2$

$50 + 5t - 5 - 5(t^2 - 2t + 1) = 20t - 5t^2$

$40 + 15t - 5t^2 = 20t - 5t^2 \Rightarrow 5t = 40$

$\boxed{t = 8\ sec}$

ב) $y_1 = 20 \cdot 8 - 5 \cdot 8^2 = 160 - 320 = -160\ m$

$y_2 = 50 + 5 \cdot 7 - 5 \cdot 7^2 = -160\ m$

ג) נניח שלפני כך

$50 + 5(t-2) - 5(t-2)^2 = 20t - 5t^2$

$50 + 5t - 10 - 5(t^2 - 4t + 4) = 20t - 5t^2$

$50 + 5t - 10 - 5t^2 + 20t - 20 = 20t - 5t^2$

$5t + 20 = 0 \Rightarrow t = -4\ sec$ X

אין פתרון כלומר הכדורים יפגשו רק לאחר

ד) נניח שברגע הנתון כבר Δt עברו שני $y_1 = y_2$ לשניהם פתרון למשל:

$50 + 5(t - \Delta t) - 5(t - \Delta t)^2 = 20t - 5t^2 \quad / :5$

$10 + t - \Delta t - t^2 + 2t \cdot \Delta t + \Delta t^2 = 4t - t^2$

$\Delta t^2 - \Delta t + 10 = 3t - 2t\Delta t$

$t = \frac{\Delta t^2 - \Delta t + 10}{3 - 2\Delta t}$

כמעט תמיד נכון $\Leftarrow$ כשכבר ברור לכולם מובן.

$$\Rightarrow \quad 3-2\Delta t>0 \quad \Rightarrow \quad \Delta t<1.5$$

$$\text{כלומר} \quad 0<\Delta t<1.5$$

בנוסף נדרוש $t-\Delta t \geq 0$

ולכן מתקיים עבור t שאנחנו
בוחנים שניתן לסגור כי

$$V_1(\Delta t)<5$$

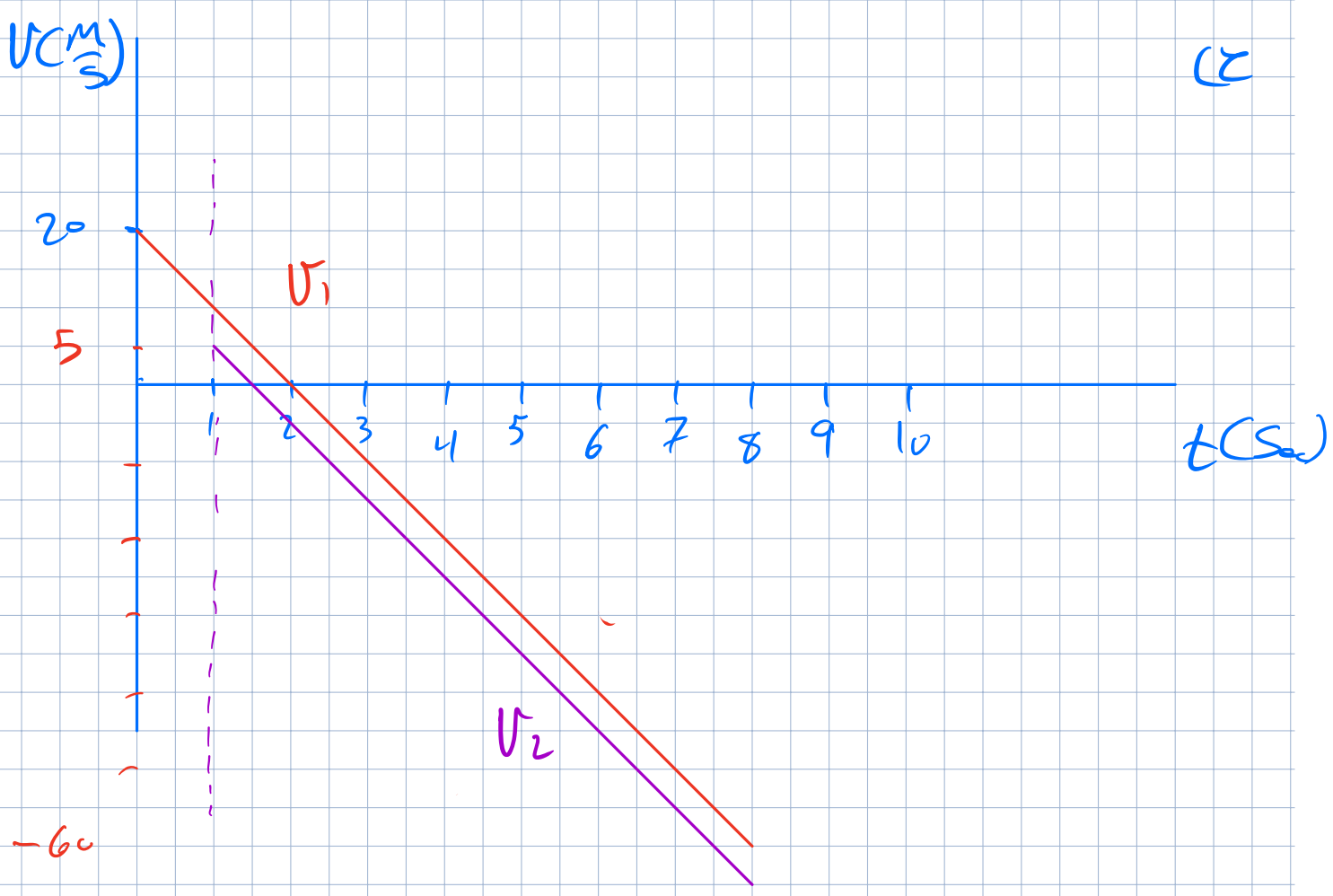
אותרת בצורה סטנדרטית כך שבשני המקרים

$$20-10\cdot\Delta t_1<5$$

$$\Delta t_1>1.5 \quad \Rightarrow \quad \Delta t_1<1.5$$

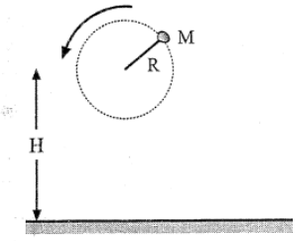
בנוסף נדרוש שמתקיים $t-\Delta t \geq 0$, זאת אומרת כל הΔt שמקיימים

$$0<\Delta t<1.5$$


V(m/s)
(c
20
5
-6c
V1
V2
1
2
3
4
5
6
7
8
9
10
t(s)

<u>שאלה 2: (25 נקודות)</u>

אדם עומד על גדר ומסובב אבן שמסתה $m = 2kg$ הקשורה אל קצהו של חוט, במעגל זקוף (אנכי) שרדיוסו $R = 1m$. מרכז המעגל הזקוף נמצא בגובה $H = 2.25m$ מעל הקרקע.



ניתן להניח שהאבן מסתובבת במהירות קווית קבועה בגודלה (כתוצאה מכך שהאדם מזיז קלות את קצה החוט הנמצא בידו).

נתון שהחוט יכול לשאת מתיחות מקסימלית $T_{\max} = 38N$ מבלי להיקרע.

א. מה התדירות המינמלית שבה צריך לסובב את האבן כדי שהחוט יקרע? (7 נקודות)

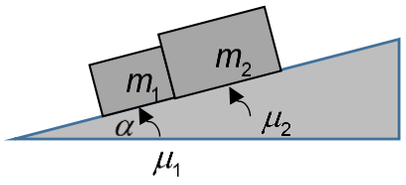
ב. באיזה מרחק אופקי ממרכז המעגל תפגע האבן בקרקע אם היא תסתובב בתדירות המינימלית שחישבתם בסעיף הקודם. (6 נקודות)

ג. מהי זווית הפגיעה של האבן בקרקע. (6 נקודות)

ד. ציירו על אותה מערכת צירים גרפיים המתארים את רכיבי המהירות V_x ו- V_y כפונקציה של זמן מרגע שהחוט נקרע ועד הפגיעה באדמה. (6 נקודות)

<u>שאלה 3: (25 נקודות)</u>

שני גופים בעלי מסה m_1, m_2 מונחים על גבי מישור משופע <u>לא חלק</u> שזווית נטייתו α . הגופים צמודים האחד לשני. מקדם החיכוך (סטטי וקינטי) שבין הגופים והמשור המשופע הם μ_1 ו- μ_2 ($\mu_1 > \mu_2$) בהתאמה.



א. מהי הזווית המינימלית שעבורה מתחילים הגופים לנוע? (7 נקודות)

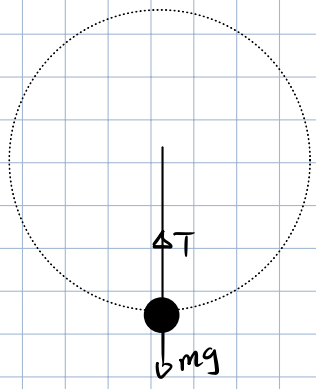
ב. עבור זווית הגדולה מהזווית המינימלית הנ"ל מהי תאוצת כל אחד מהגופים? (7 נקודות)

ג. מהו הכוח שהגופים מפעילים זה על זה כאשר הזווית גדולה מהזווית המינימלית שחישבתם בסעיף "א"? (6 נקודות)

ד. מהו הכוח שהגופים מפעילים זה על זה כאשר $\mu_1 = \mu_2$? (5 נקודות)

ג. כוח מרכזי ותנע זוויתי

תרגיל: כדור מסה בחוט



$\Sigma F_R = m \cdot a_R$

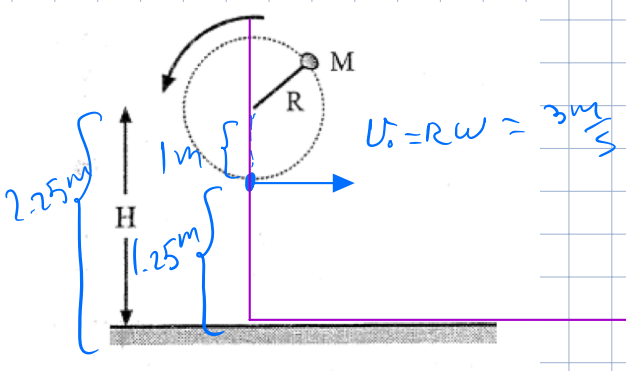
$T - mg = mR\omega^2$

$38 - 20 = 2 \cdot 1 \cdot \omega^2$

$\omega = 3 \ rad/s$

$\omega = 2\pi f \Rightarrow f = \frac{\omega}{2\pi} = \frac{3}{2 \cdot 3.14} = 0.48 \ Hz$

ב)



$v_0 = R\omega = 3 \frac{m}{s}$

$x = v_0 \cdot t$

$y - y_0 = v_{0y} \cdot t - \frac{g t^2}{2}$

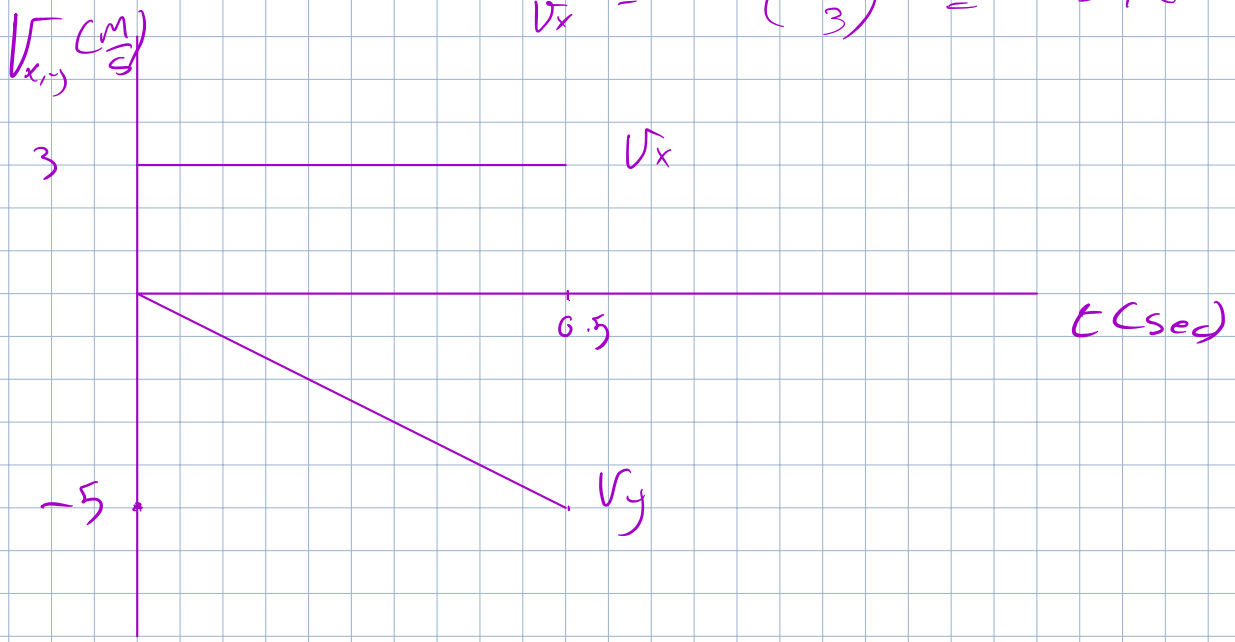
$-1.25 = -5t^2 \Rightarrow t = 0.5 sec$

$x = 3 \cdot 0.5 = 1.5 \ m$

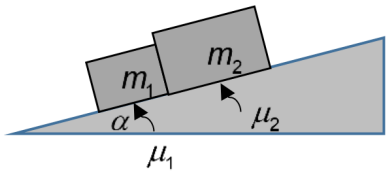
ד)

$v_y = v_{0y} - g \cdot t = -5 \frac{m}{s}$

$\theta = \tan^{-1} \frac{v_y}{v_x} = \tan^{-1}\left(\frac{-5}{3}\right) = -59.04^\circ$



שאלה 3: (25 נקודות)



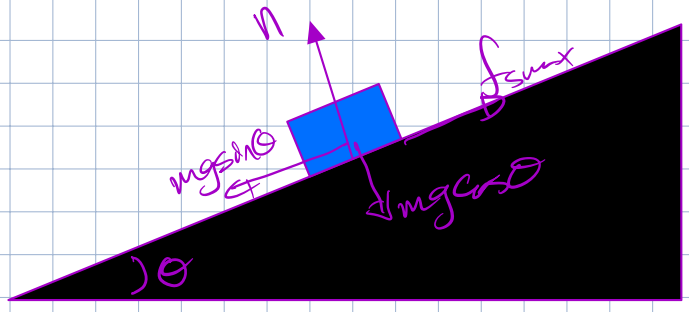
שני גופים בעלי מסה m_1, m_2 מונחים על גבי מישור משופע לא חלק שזווית נטייתו α. הגופים צמודים האחד לשני. מקדם החיכוך (סטטי וקינטי) שבין הגופים והמשור המשופע הם μ_1 ו- μ_2 ($\mu_1 > \mu_2$) בהתאמה.

א. מהי הזווית המינימלית שעבורה מתחילים הגופים לנוע? (7 נקודות)

ב. עבור זווית הגדולה מהזווית המינימלית הנ"ל מהי תאוצת כל אחד מהגופים? (7 נקודות)

ג. מהו הכוח שהגופים מפעילים זה על זה כאשר הזווית גדולה מהזווית המינימלית שחישבתם בסעיף "א"? (6 נקודות)

ד. מהו הכוח שהגופים מפעילים זה על זה כאשר $\mu_1 = \mu_2$? (5 נקודות)



כשגוף על סף החלקה:

$\Sigma F_x = 0$

$mg\sin\theta - f_{smax} = 0$

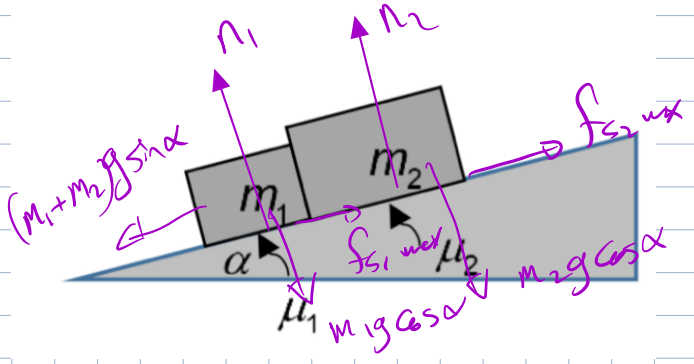
$mg\sin\theta = \mu \cdot N$

$mg\sin\theta = \mu \cdot mg\cos\theta \Rightarrow \boxed{\tan\theta = \mu}$

$\mu_2 < \mu_1 \Leftarrow \theta_1 > \theta_2$ ($\tan\theta$ פונקציה מונוטונית עולה)

על כשגופים יתחילו להחליק ביחד ולכן נסתכל על הגופים כגוף אחד

m_1



$\Sigma F_y = 0$

$N_1 = m_1 g\cos\alpha$

$f_{s1max} = \mu_1 m_1 g\cos\alpha$

$f_{s2max} = \mu_2 m_2 g\cos\alpha$

m_2

$\Sigma F_x = 0$

$(m_1+m_2)g\sin\alpha = \mu_1 m_1 g\cos\alpha + \mu_2 m_2 g\cos\alpha$

$$\boxed{\tan\alpha = \frac{\mu_1 m_1 + \mu_2 m_2}{m_1 + m_2}}$$

נבחר ציר x בכיוון התנועה:

$$\Sigma F_x = m \cdot a$$

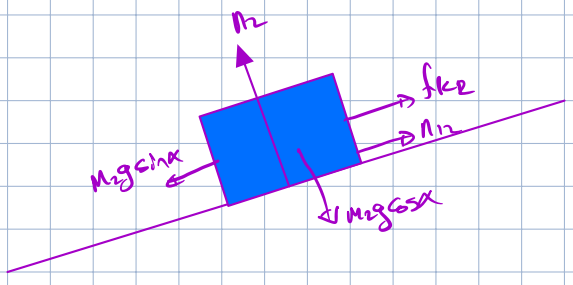
$$(m_1+m_2)g\sin\alpha - f_{k_1} - f_{k_2} = (m_1+m_2)\cdot a$$

$$(m_1+m_2)g\sin\alpha - (\mu_1 m_1 g\cos\alpha + \mu_2 m_2 g\cos\alpha) = (m_1+m_2)a$$

$$a = g\sin\alpha - \frac{(\mu_1 m_1 + \mu_2 m_2)g\cos\alpha}{m_1+m_2}$$

$\mu_2 < \mu_1$ כי m_1 גולש ביחד עם m_2 ו

m_2 לתקיר ביחד עם



$$\Sigma F_x = m \cdot a$$

$$m_2 g\sin\alpha - n_{12} - f_{k_2} = m_2 \cdot a$$

$$n_{12} = m_2 g\sin\alpha - \mu_2 \cdot mg\cos\alpha - m_2\left(g\sin\alpha - \frac{(\mu_1 m_1 + \mu_2 m_2)g\cos\alpha}{m_1+m_2}\right)$$

$$n_{12} = m_2 g\sin\alpha - \mu_2 m_1 g\cos\alpha - m_2 g\sin\alpha + \frac{m_2 g\cos\alpha}{m_1+m_2}(\mu_1 m_1 + \mu_2 m_2)$$

$$n_{12} = m_2 g\cos\alpha\left(-\mu_2 + \frac{1}{m_1+m_2}(\mu m_1 + \mu_2 m_2)\right)$$

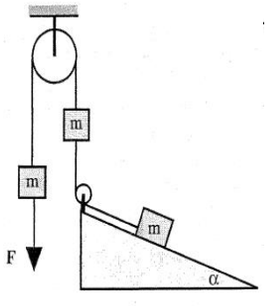
$$n_{12} = \frac{m_2 g\cos\alpha}{m_1+m_2}\left(-\mu_2 m_1 - \mu_2 m_2 + \mu_1 m_1 + \mu_2 m_2\right)$$

$$n_{12} = \frac{m_2 g\cos\alpha}{m_1+m_2}\cdot m_1(\mu_1 - \mu_2)$$

$n_{12} = 0$ אם $\mu_1 = \mu_2$ מה קורה?

<u>שאלה 4: (25 נקודות)</u>

מערכת מורכבת משלושה גופים שמסת כל אחד מהם היא m, כמתואר בתרשים. אחד הגופים מונח על מישור משופע חלק הנטוי בזווית α לאופק.



נתונים: g, m, α.

א. מהו הכוח F שיש להפעיל אנכית מטה על הגוף השמאלי כדי שהמערכת תמצא <u>בשיווי משקל</u>? (6 נקודות).

ב. מהי המתיחות בכבל הנושא את הגלגלת השמאלית כשהמערכת בשיוון משקל המתואר בסעיף א'? (6 נקודות).

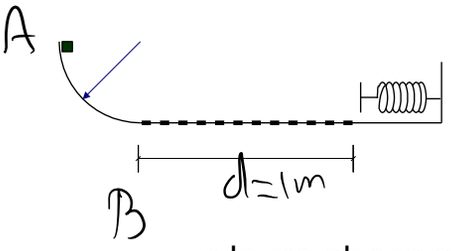
ג. מהי תאוצת המערכת כשמפסיקים את פעולת הכוח F ?(7 נקודות).

ד. מהי המתיחות בכבל הנושא את הגלגלת השמאלית כשהמערכת מאיצה כבסעיף ג'? (6 נקודות).

<u>שאלה 5: (25 נקודות)</u>

גוף שמסתו M=1kg משוחרר ממנוחה מהנקודה A הנמצאת בקצה מסילה אנכית שצורתה רבע מעגל. רדיוס המסילה R=2m והיא חסרת חיכוך.

אל תחתית המסילה המעגלית , בנקודה B , מחובר משטח אופקי.



בין הגוף לבין המשטח האופקי לאורך קטע שאורכו $d = 1\text{m}$ קיים חיכוך שמקדמו הקינטי $\mu_k = 0.2$. בקצה הקטע המחוספס נמצא קפיץ כאשר הקטע עליו מונח הקפיץ חלק.

כאשר הקפיץ מחובר אל קיר אנכי, כמוראה בתרשים. הגוף המשוחרר מקצה המסילה המעגלית פוגע בקפיץ וגורם להתכווצות מכסימלית בשיעור 0.1m.

א. מהי מהירות הגוף בנקודה B? (5 נקודות).

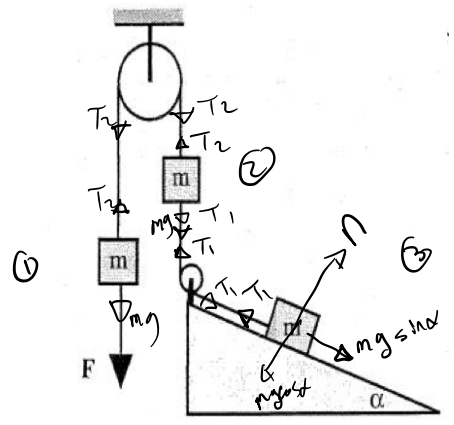
ב. חשבו את הכוח שבו הגוף לוחץ על המשטח רגע לפני שהגיע לנק' B. (5 נקודות).

ג. חשבו את כמות האנרגיה שעברה לחום (עבודת כוח החיכוך) לאורך הקטע d . (5 נקודות)

ד. מהו קבוע הכוח של הקפיץ? (5 נקודות).

ה. חשבו את עבודת הכוח האלסטי על הגוף מרגע שהגוף פוגע בקפיץ עד לרגע שבו הקפיץ מכווץ מכסימלית? (5 נקודות).

בהצלחה!!!



$\Sigma F_x = 0$

$T_1 = mg\sin\alpha$

m_2

$\Sigma F_y = 0$

$T_1 + mg - T_2 = 0$

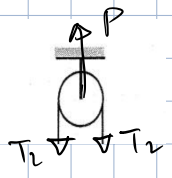
$T_2 = mg + mg\sin\alpha$

$\Sigma F_y = 0$

$F + mg - T_2 = 0$

$F + mg - mg - mg\sin\alpha = 0$

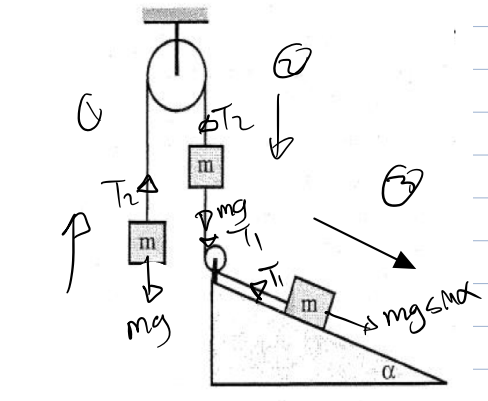
$F = mg\sin\alpha$



$\Sigma F_y = 0$

$P - 2T_2 = 0$

$P = 2T_2 = 2mg(1+\sin\alpha)$



$\Sigma F_y = m \cdot a$

$T_2 - mg = m \cdot a$

$T_2 = mg + ma$

m_2 $\Sigma F_y = m \cdot a$

$mg + T_1 - T_2 = m \cdot a$

$mg + T_1 - mg - ma = m \cdot a \Rightarrow T_1 = 2ma$

$\Sigma F_x = m \cdot a$

$mg\sin\alpha - T_1 = ma$

$3ma = mg\sin\alpha \Rightarrow a = \frac{g\sin\alpha}{3}$

$P = 2T_2 = 2 \cdot (mg + ma)$

$P = 2\left(mg + \frac{mg\sin\alpha}{3}\right) = \frac{2mg}{3}(3 + \sin\alpha)$



	A	B
y	R=2m	0
v	0	v_B

W_n לכן $\perp$ ו $\vec{n}$

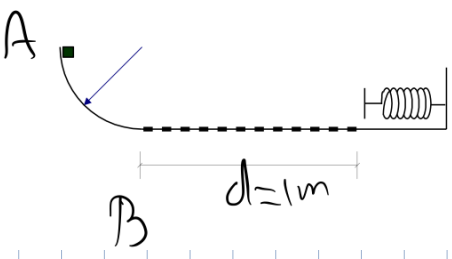
כי $\vec{n}$ תמיד מאונך לתנועה

$W_{n.c} = \Delta E_t$

$0 = E_{kB} + E_{pB} - (E_{kA} + E_{pA})$

$\frac{1}{2} m v_B^2 = mg \cdot y_A$

$v_B = \sqrt{2g \cdot 2} = \sqrt{40} \ \frac{m}{s}$

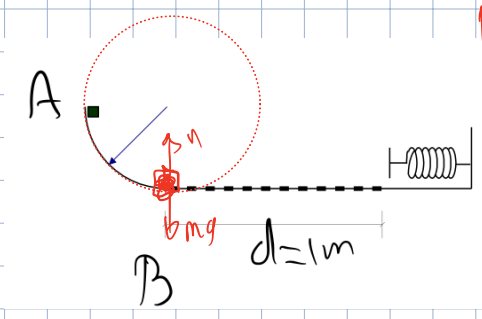


ב) כיוון מרכז הכוח המסלולי

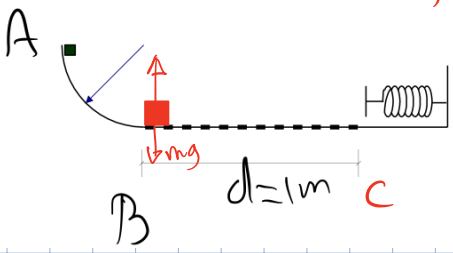
$\Sigma F_R = m a_{cp}$

$n - mg = m \frac{v_B^2}{R}$

$n = 10 + \frac{1 \cdot 40}{2} = 30 N$



ג) רגע שהגוף לא על המסלול עולה,



$\Sigma F_y = 0 \Rightarrow n = mg$

$n = 10 N$

$f_k = \mu_k \cdot n = 0.2 \cdot 10 = 2 N$

$W_{f_k} = f_k \cdot x \cdot \cos 180^\circ = 2 \cdot 1 \cdot (-1) = -2 J$

ג. מצא את השינוי באנרגיה הפוטנציאלית האלסטית של הקפיץ בין המצבים B ו-C.

$$W_{n.c} = W_{fric} = -2\,J$$

$$W_{n.c} = (E_{kf} + E_{elf}) - (E_{ki} + E_{eli})$$

$$-2 = \frac{1}{2}k \cdot 0.1^2 - \frac{1}{2} \cdot 1 \cdot 4^2 \Rightarrow -4 = 0.01k - 40$$

$$\boxed{k = 3600\ \frac{N}{m}}$$

ד. חשב את העבודה שבצעה כוח החיכוך בין המצבים A ו-C.

$$W = E_{eli} - E_{elf} = \frac{kx_i^2}{2} - \frac{kx_f^2}{2}$$

$$= -1800 \cdot 0.1^2 = -18\,J$$