אוניברסיטת בן-גוריון בנגב
Ben-Gurion University of the Negev

תאריך הבחינה: 02/03/2026

שמות המרצים והמתרגלים: *רשס גלינה, דולגין ברוך, ילין עמנואל, ביבאס יוסף, יוסף אמנון, חיון משה, גוטין רינת, זאטולובסקי אולג*

שם הקורס: מבוא לפיזיקה

מועד ב'

מספר הקורס: 500.5.0006 , 520.5.0006,
500.5.4006, 525.5.0007

1. בבחינה 5 שאלות יש לענות על 4 מהן. אם תיפתרנה 5 שאלות, יבדקו 4 הראשונות.

2. הניקוד עבור כל שאלה – 25 נקודות.

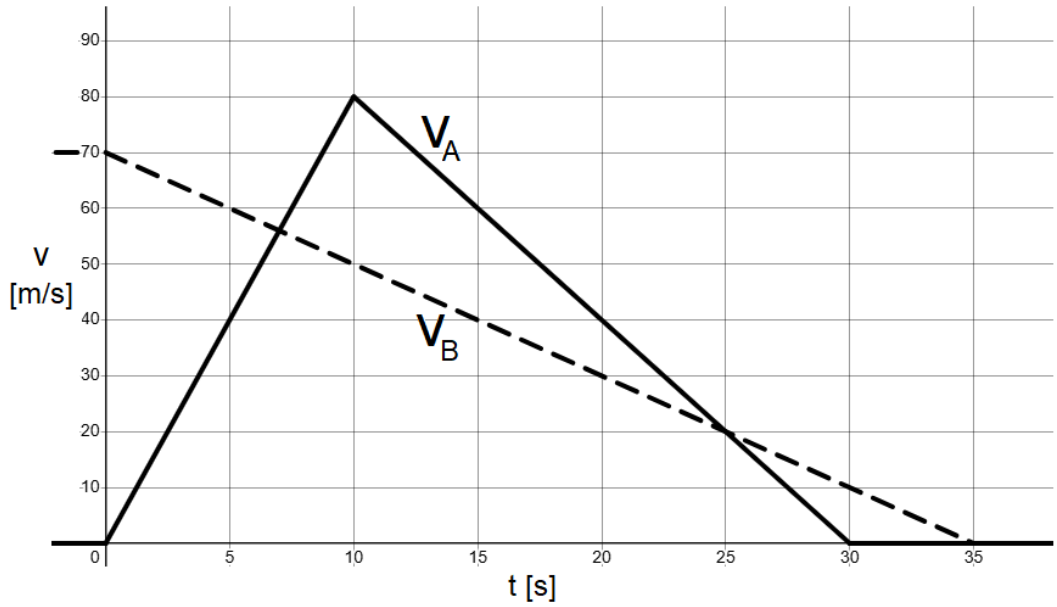
3. חומר עזר: מחשבון ודפי נוסחאות (הדף האחרון בבחינה).

4. משך הבחינה: 3 שעות (180 דקות).

בהצלחה!

<u>שאלה מספר 1</u>

שתי רכבות מהירות נעות במסילות מקבילות. בזמן $t = 0$ רכבת A יצאה מנקודה בה $x = 0$, ובאותו רגע חלפה שם גם רכבת B באותו כיוון. מהירויותיהן כפונקציה של הזמן נתונות בגרף הבא.



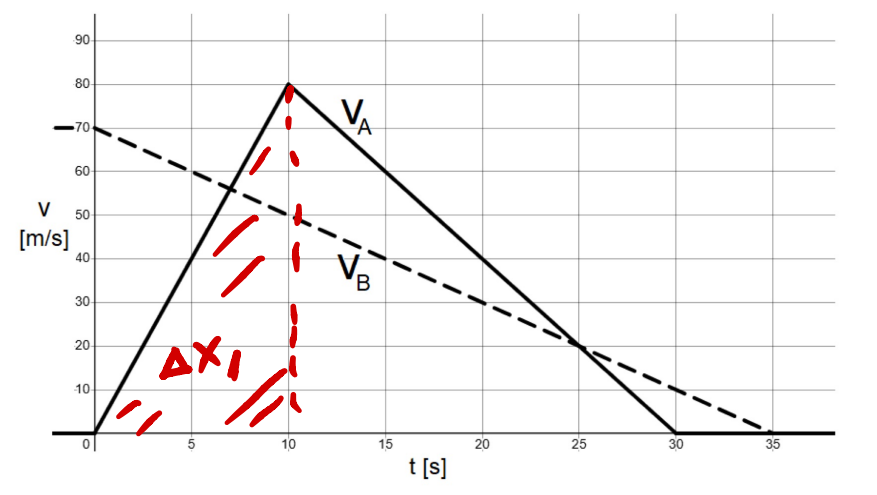
א. מה התאוצות של הרכבות בקטעים השונים? (5 נקודות)

ב. איפה כל אחת מהרכבות נעצרה? ואיפה רכבת A הייתה ברגע בו היא הגיעה למהירותה המקסימלית? (5 נקודות)

ג. כמה פעמים הן חלפו אחת על פני השניה? מה מיקומי המפגשים? (5 נקודות)

ד. מה היו מהירויות הרכבות בכל מפגש כזה? (5 נקודות)

ה. ציירו על מערכת צירים אחת גרף של מיקומי הרכבות כפונקציה של הזמן (ציינו נקודות חיתוך עם הצירים אם ישנן וערכים של נקודות חשובות כמו נקודות קיצון ונקודות חיתוך של הגרפים). (5 נקודות)



1

A:

$a_I = \frac{80}{10} = 8\ m/s^2$

$a_{II} = \frac{-80}{20} = -4\ m/s^2$

B:

$a = \frac{-70}{35} = -2\ \frac{m}{s^2}$

$t_A = 30s \quad t_B = 35s \quad V = 0$

$\Delta x_1 = \frac{10 \cdot 80}{2} = 400\ m$

$x_A(max) = 400 + \frac{20 \cdot 80}{2} = 1200\ m$

$x_B(max) = \frac{70 \cdot 35}{2} = 1225\ m$

$$x = x_0 + v_0(t - t_0) + \frac{1}{2}a(t - t_0)^2$$

B: $x_B = 70t - t^2 \qquad 0 < t < 35s$

A: $x_I = \frac{1}{2} \cdot 8 \cdot t^2 = 4t^2 \qquad 0 < t \leq 10s$

$x_{II} = 400 + 80(t-10) - 2(t-10)^2 \qquad 10 < t < 30s$

$x_A = x_B$

$70t - t^2 = 4t^2$

$70t - 5t^2 = t(70 - 5t) = 0$

$t_1 = 0 \qquad t_2 = \frac{70}{5} = 14s$

$$70t - t^2 = 400 + 80(t-10) - 2(t-10)^2$$

$$70t - t^2 = 400 + 80t - 800 - 2(t^2 + 100 - 20t)$$

$$-70t + t^2 - 400 + 80t - 2t^2 - 200 + 40t = 0$$

$$-t^2 + 50t - 600 = 0$$

$$t^2 - 50t + 600 = 0$$

$\nearrow$ 30s

$\searrow$ 20s

$X_1 = 0$, $X_2 = 70 \cdot 20 - 20^2 = 1000\,m$: מ'נ ק'נ

$X_3 = 70 \cdot 30 - 30^2 = 1200\,m$

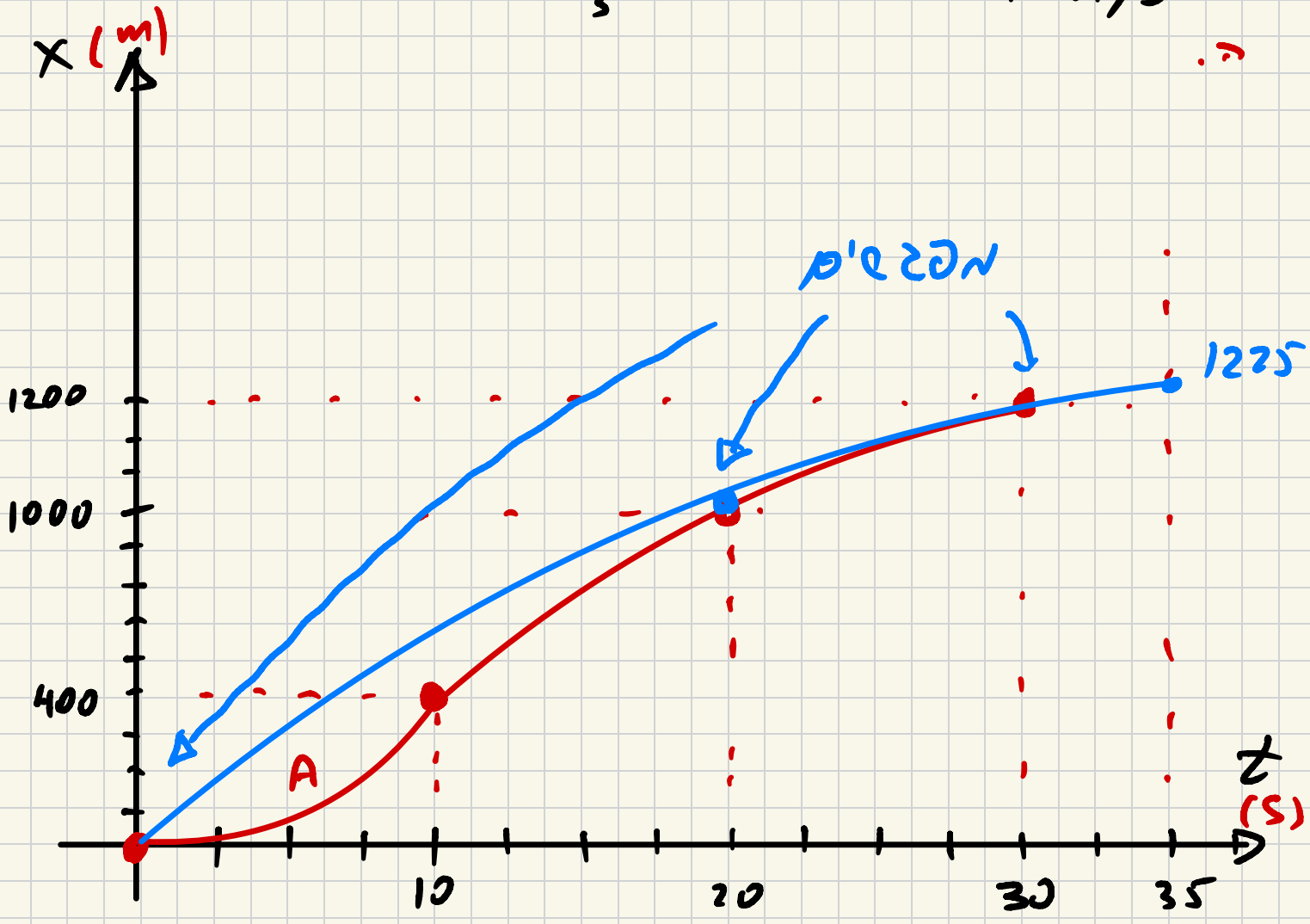
$V = V_0 + a(t - t_0)$ .3

A: $V_1 = 0$; $V_2 = 80 - 4 \cdot (20-10) = 40\,m/s$

$V_3 = 80 - 4 \cdot (30-10) = 0$ עצירה

B: $V_1 = 70\,m/s$ $V_2 = 70 - 2 \cdot 20 = 30\,m/s$

$V_3 = 70 - 2 \cdot 30 = 10\,m/s$



שאלה מספר 2

מרגמה יורה פגז שמהירות הלוע שלו $V_0 = 100\ m/s$ והוא מכוון בזווית 60^0 מעל האופק. טנק מתקרב אל התותח במהירות קבועה של $72\ Km/h$. פגז נורה מהתותח ופגע בטנק.

הזניחו את גובה הטנק והניחו שהפגז נורה מגובה הקרקע.


א. באיזה מרחק מהתותח פוגע הפגז בטנק? (5 נקודות)

ב. באיזה מרחק d מהתותח נמצא הטנק ברגע הירי? (5 נקודות)

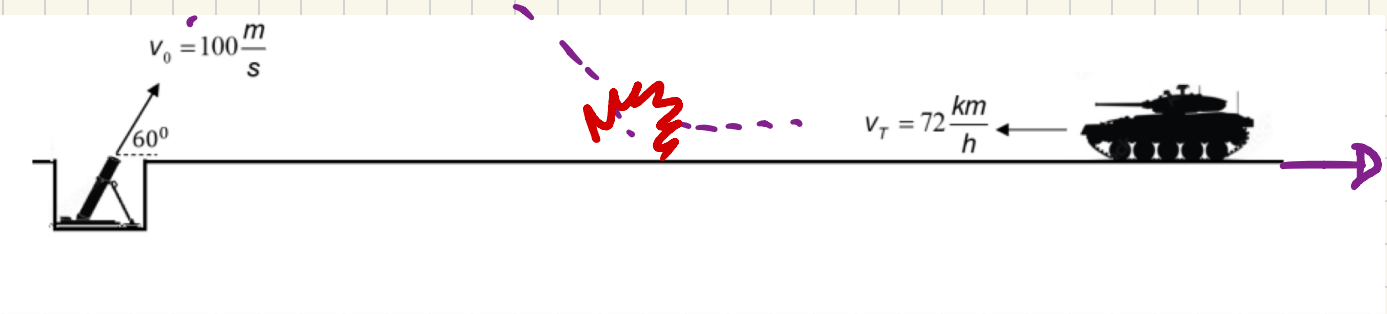
ג. כמה זמן חולף מרגע הירי ועד שהפגז פוגע בטנק? (5 נקודות)

ד. מהו הגובה המקסימלי שאליו מגיע הפגז במהלך תנועתו? (5 נקודות)

ה. ציירו גרף המתאר את רכיב המהירות האנכית V_y של הפגז מרגע הירייה ועד לפגיעה בטנק? (5 נקודות).



12



X=0 x=d

$V_T = 72\ km/h = 20\ m/s$

$x_1 = 100\cos 60\, t = 50 \cdot t$

$y_1 = 100\sin 60\, t - \frac{1}{2}gt^2 = 50\sqrt{3}\, t - 5t^2$

$x_2 = d - 20t \qquad y_2 = 0$

$x_1 = x_2 \qquad y_1 = y_2 \qquad \therefore a) 20$

2] $50\sqrt{3}t - 5t^2 = 0$

$(50\sqrt{3} - 5t)t = 0 \rightarrow t = 0$

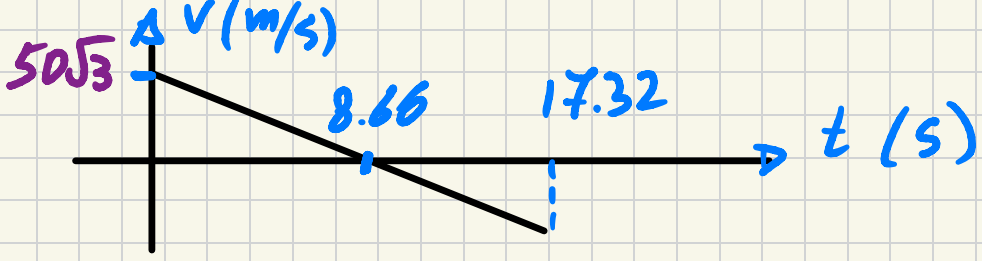
$\rightarrow t = 10\sqrt{3} = 17.32\ s$

c] $x_1 = 50 \cdot 17.32 = 866\ m$

a] $d - 20 \cdot 17.32 = 866 \qquad d = 1212.4\ m$

3] $V_y^2 = V_{0y}^2 - 2g\Delta y \qquad \Delta y = \frac{(50\sqrt{3})^2}{20} = 375\ m$

b]



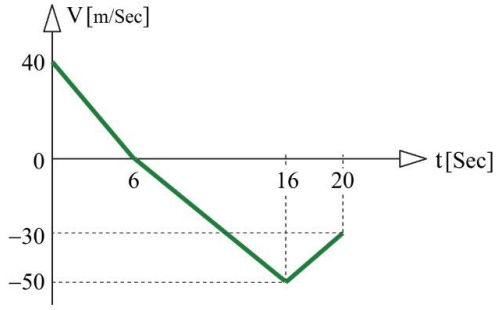
<u>שאלה מספר 3</u>

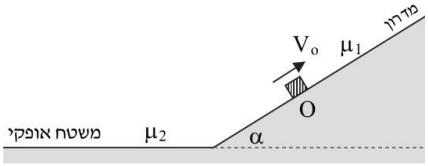
תיבה קטנה משוגרת ברגע $t=0$, מנקודה O על מישור משופע במהירות התחלתית V_0 (לא ידועה), המכוונת במעלה המדרון. מקדם החיכוך בין המישור לתיבה הוא μ_1 (ערכו לא ידוע) וזווית השיפוע של המדרון היא α (הזווית אינה ידועה). הנקודה O נמצאת במרחק לא ידוע מתחתית המדרון.

אל תחתית המדרון מחובר משטח אופקי **לא חלק** שמקדם החיכוך בינו לבין התיבה הוא μ_2, ערכו לא ידוע (ראו איור).

הניחו שהתיבה עולה במעלה המדרון ובשלב מסוים יורדת ועוברת מהמדרון אל המשטח האופקי. הניחו כי התנועה ימינה על המדרון או על המשטח האופקי נחשבת כתנועה **בכיוון החיובי**.

הגרף שלפניכם מתאר את מהירות התיבה כפונקציה של הזמן.





א. באיזו מהירות התחלתית V_0 שוגרה התיבה מהנקודה O? (4 נקודות)

ב. מהו המרחק שעברה התיבה במעלה המדרון, עד עצירתה הרגעית? (4 נקודות)

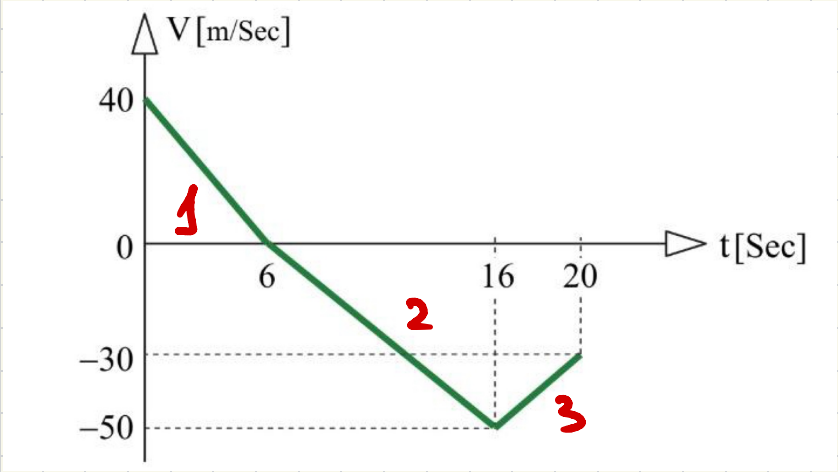
ג. מהו המרחק בין הנקודה O לבין תחתית המדרון? (4 נקודות)

ד. מהי זווית השיפוע α של המדרון? (5 נקודות)

ה1. מצאו את מקדם החיכוך הקינטי בין התיבה למדרון μ_1. (4 נקודות)

ה2. מצאו את מקדם החיכוך הקינטי בין התיבה לבין המשטח האופקי μ_2. (4 נקודות)

$V_0 = 40\ m/s$ מהירות ההתחלתית .ג [3]



.ב

$\Delta x_1 = \frac{40 \cdot 6}{2} = 120m$.א

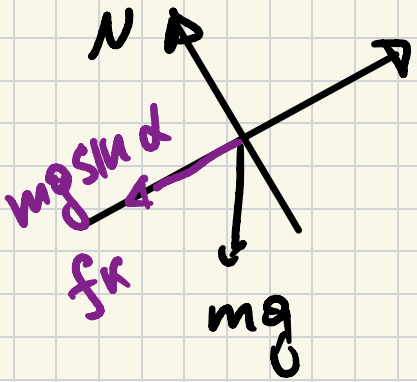
$\Delta x_2 = \frac{-50 \cdot 10}{2} = -250m$

$\Delta = 250 - 120 = 130\ m$

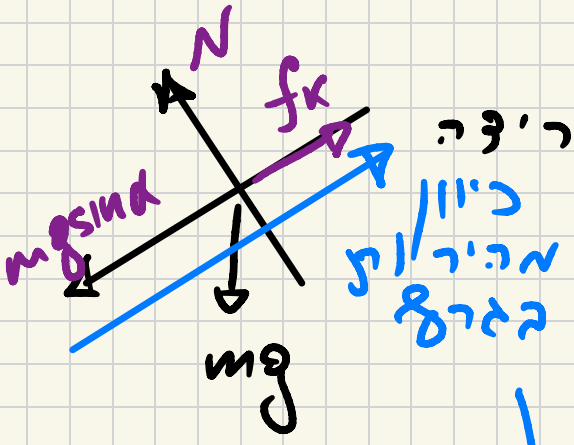
.ג

$a_1 = -\frac{40}{6} = -\frac{20}{3} = -6.67\ m/s^2$

$a_2 = -\frac{50}{10} = -5\ m/s^2$



:שלב א'



:שלב ב'

$N = mg\cos\alpha \qquad f_k = \mu_1 mg\cos\alpha$

שלב א': $\Sigma F_x = -mg\sin\alpha - \mu_1 mg\cos\alpha = ma_1$

שלב ב': $\Sigma F_x = \mu_1 mg\cos\alpha - mg\sin\alpha = ma_2$

נחבר משוואות

$-2mg\sin\alpha = m(a_1 + a_2)$

$-2 \cdot 10 \cdot \sin\alpha = -6.67 - 5$

$\sin\alpha = 0.583 \rightarrow \boxed{\alpha = 35.68^\circ}$

נחסר משוואות .ד

$-2\mu_1 mg\cos\alpha = m(a_1 - a_2)$

$-2\mu_1 g\cos\alpha = -6.67 - (-5)$

$$\mu_1 = 0.1027$$

ה- 2

$$\Delta x_3 = -\frac{(50+30)\cdot 4}{2} = -160\ m$$

שלב ב': עבודת כוח החיכוך ומשפט ה-Work-Energy

$$W_{f_2} = \Delta E = \frac{1}{2}mv_3^2 - \frac{1}{2}mv_2^2$$

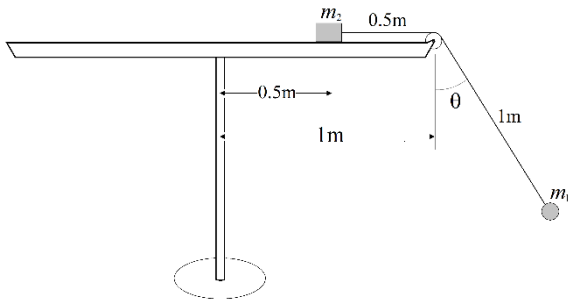
$$W_{f_2} = -\mu_2 mg \cdot \Delta x_3$$

$$-\mu_2 mg\,\Delta x_3 = \frac{1}{2}mv_3^2 - \frac{1}{2}mv_2^2$$

$$-\mu_2 \cdot 10 \cdot 160 = \frac{1}{2}\cdot(30^2) - \frac{1}{2}(50^2)$$

$$\mu_2 = 0.5$$

שאלה מספר 4

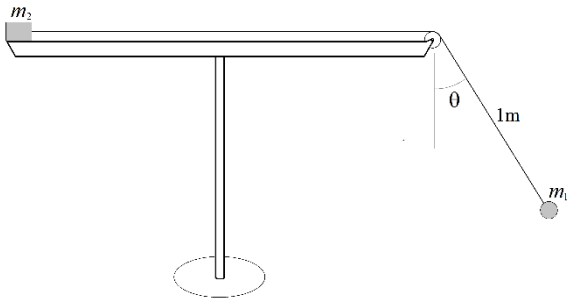


בקצה שולחן עגול ברדיוס $1\ m$ המסתובב סביב מרכזו, יש גלגלת אידאלית. דרך הגלגלת עובר חוט אידאלי באורך כולל של $1.5\ m$. על קצה אחד של החוט תלויה משקולת עם מסה $m_1 = 0.4\ \text{kg}$. לקצה השני של החוט מחובר גוף עם מסה $m_2 = 2\ \text{kg}$ שמונח על השולחן. בין הגוף לבין השולחן יש מקדם חיכוך סטטי $\mu_s = 0.6$. שמים את גוף m_2 בין ציר הסיבוב לבין הגלגלת, במרחק $r_2 = 0.5\ \text{m}$ מציר הסיבוב (כך שאורך החוט שנשאר בין הגלגלת למשקולת הוא $1\ m$).

מסובבים את השולחן סביב צירו כך שהזווית שהחלק התלוי של החוט יוצר מהאנך היא $\theta = 37°$.

א. מה המתיחות T בחוט במצב זה? מה המהירות הזוויתית ω בה השולחן מסתובב במצב זה? (8 נקודות)

ב. מה כוח החיכוך הסטטי הפועל על הגוף m_2 במצב זה? הראו שהגוף אכן לא יחליק. (6 נקודות)

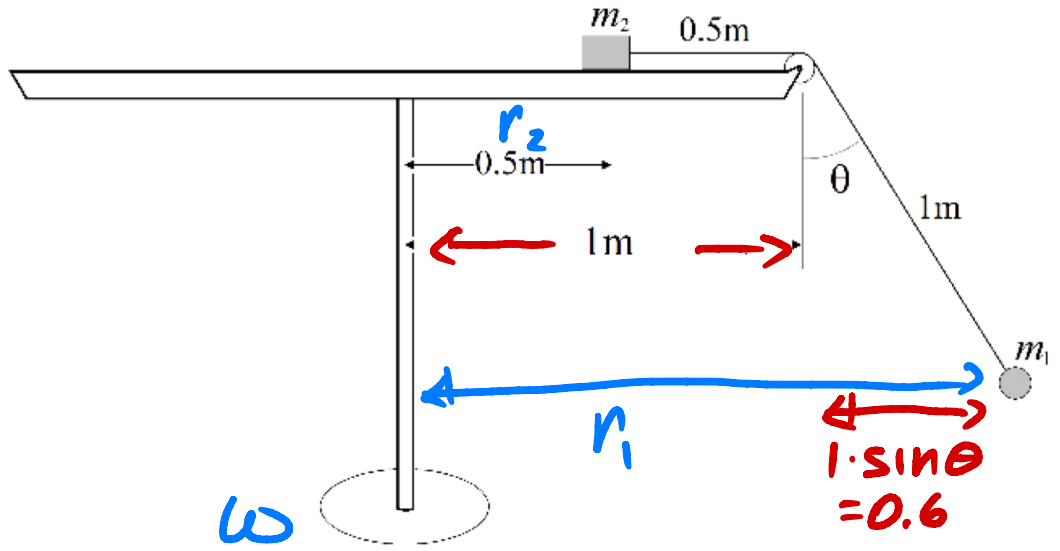


מכפילים את אורך החוט ל 3 מטר, ושמים את m_2 בקצה השולחן שמנוגד לגלגלת (כך שהחוט עובר מעל ציר הסיבוב, ואורך החלק התלוי שלו הוא עדיין 1 מטר). שוב מסובבים את השולחן סביב צירו כך שהזווית שהחלק התלוי של החוט יוצר ביחס לאנך היא $\theta = 37°$.

ג. מה כוח החיכוך הסטטי שפועל על הגוף m_2 במצב החדש? (6 נקודות)

ד. מהי עבודת כוח המתיחות וכוח הכבידה, על המסה m_1 במהלך סיבוב אחד? (5 נקודות)

4



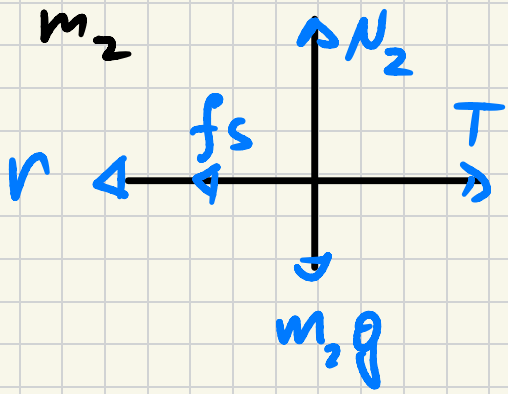
$\sin 37 = 0.6$

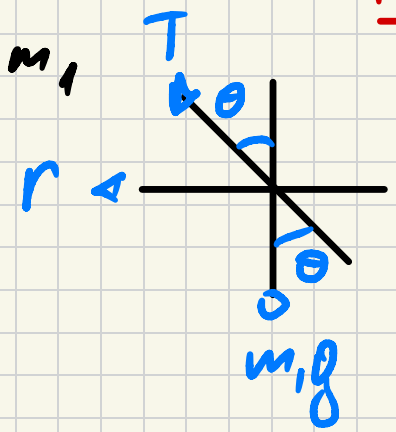
$\cos 37 = 0.8$

$$f_{s\max} = \mu_s \cdot m_2 g = 0.6 \cdot 2 \cdot 10 = 12\,N$$

$r_2 = 0.5\ m \qquad r_1 = 1.6\ m$

ג, ד





(1) $\Sigma F_r = f_s - T = m_2 \omega^2 r_2$

(2) $\Sigma F_y = T\cos\theta - m_1 g = 0$

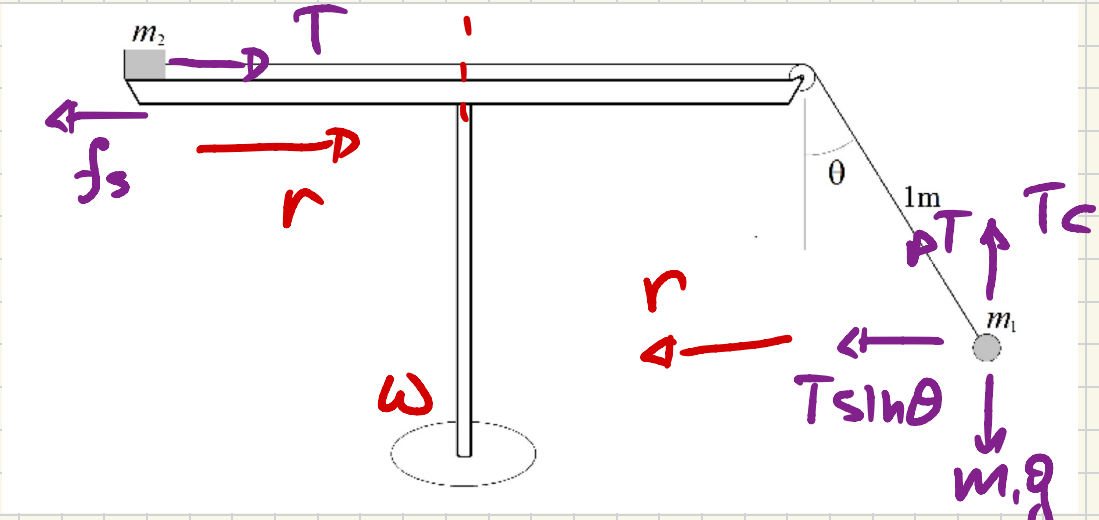
(3) $\Sigma F_r = T\sin\theta = m_1 \omega^2 r_1$

(2) $T = \dfrac{m_1 g}{\cos\theta} = \dfrac{0.4 \cdot 10}{0.8} = 5N$

(3) $\omega = \sqrt{\dfrac{T\sin\theta}{m_1 r_1}} = \sqrt{\dfrac{5 \cdot 0.6}{0.4 \cdot 1.6}} = \sqrt{4.6875} = 2.165\ rad/s$

(1) $f_s = T + m_2 \omega^2 r_2 = 5 + 2 \cdot 4.6875 \cdot 0.5 = 9.6875N$

.שכיח שהחלקיק לא יחליק כי $f_s < f_{s\max}$



2

משוואות עפ"י ציר m_1 כפי שרשמנו, ולכן

מיד מקבלים שוב גם ציר השוואת

$T = 5N$

$\omega = 2.165\ rad/s$

m_2: $\Sigma F_r = T - f_s = m_2 \omega^2 r_2$

$f_s = T - m_2 \omega^2 r_2 = 5 - 2 \cdot 4.6875 \cdot 1 =$

$= -4.375$ X

כלומר מיכוך חייב להיות בכיוון ההפוך.

$\Sigma F_r = T + f_s = m_2 \omega^2 r_2$

$f_s = m_2 \omega^2 r_2 - T = \underline{4.375\ N}$

$f_s < f_{smax}$ (ולכן ההנחה).

3 כיוון התנועה הינו כיוון משיק ולכן

עבודה של כוחות שפועל אפס כי הוא

תמיד מנצב למשיק.

<u>שאלה מספר 5</u>

קפיץ שקבוע הכוח שלו $400\ N/m$ מחובר בקצהו הימני לקיר. גוף בעל מסה של $1\ kg$ לוחץ על הקפיץ ומכווצו ב- $30\ cm$ (הגוף אינו קשור לקפיץ). משחררים את הגוף ממצב מנוחה. הגוף עוזב את הקפיץ וממשיך לנוע לאורך מסלול אופקי חלק המתחבר למסלול מעגלי **<u>אנכי</u>** בעל רדיוס $0.5\ m$.

(ערך כל סעיף הוא 5 נקודות)

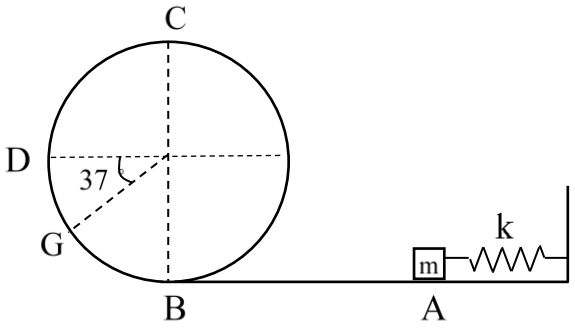
א. מהי מהירותו של הגוף בנקודה G (ראו תרשים)?

ב. באיזה כוח ילחץ הגוף על המסילה בנקודה G?

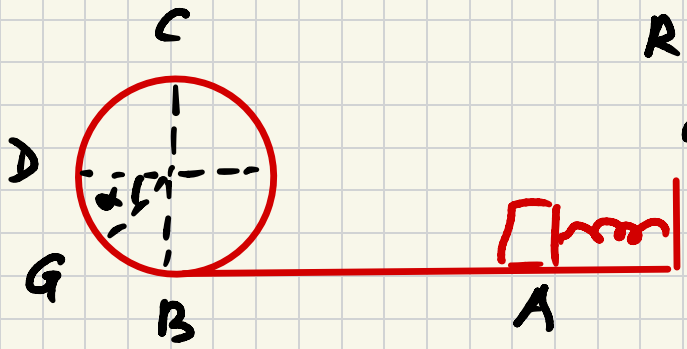
ג. באיזה כוח ילחץ הגוף על המסילה בנקודה D?

ד. האם הגוף משלים את הסיבוב? נמק את תשובתך.

ה. בכמה צריך לכווץ את הקפיץ כדי שהגוף ילחץ על המסילה בנקודה C (נקודה עליונה) בכוח $N = 0.8mg$?



15



$R = 0.5m$

$\alpha = 37°$


$m = 1kg$

$\Delta x = 30cm$


$K = 400N/m$

א. $E_1 = \frac{1}{2}K\Delta x^2 = \frac{1}{2}\cdot 400\cdot 0.3^2 = 18J$ נכון

ב) נבחר: G



$H_G = R - R\sin 37 = 0.5(1-0.6) = 0.2m$




$N - mg\cos 53 = m\frac{V_G^2}{R}$ נוסחת ניוטון

$$\begin{cases} 18 = \frac{1}{2}mV_G^2 + mgH_G & (1) \\ N - mg\cos 53 = m\frac{V_G^2}{R} & (2) \end{cases}$$

א] $V_G = \sqrt{(18 - 10\cdot 0.2)\cdot 2} = \sqrt{32} = 5.656 m/s$ (1)

ב] $N = \frac{32}{0.5} + 10\cdot 0.6 \approx 70\,N$ (2)

א. נקח את נקודה D כנקודת ייחוס:

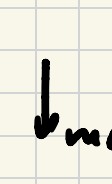


$$\begin{cases} \frac{1}{2}mV_3^2 + mgR = 18 \\ N = m\frac{V_3^2}{R} \end{cases}$$

$$V_3^2 = 2\cdot(18 - 10\cdot 0.5) = 26$$

$$N = \frac{26}{0.5} = \underline{52N}$$

ב. נחשב את המהירות הקריטית, V_{crit}, בנקודה העליונה:



$$mg = \frac{mV_{cr}^2}{R} \rightarrow V_{cr}^2 = gR$$

נבדוק כמה עבודה נדרשת כדי להגיע למהירות זו:

$$mg(2R) + \frac{1}{2}mgR = mgR(2+\frac{1}{2}) = 2.5\cdot 1\cdot 0.5\cdot 10 = 12.5\ J$$

כלומר, כדי להגיע למהירות הקריטית נדרשת עבודה של 12.5 ג'אול, ואילו בפועל יש לנו 18 ג'אול עבודה.

ג.

$$N_c + mg = \frac{mV_c^2}{R}$$

$$R(0.8mg + mg) = mV_c^2$$

$$V_c^2 = 1.8gR = 9$$

$$\frac{1}{2}kx^2 = \frac{1}{2}mV_c^2 + mg(2R) = \frac{1}{2}\cdot 2\cdot 10 + 9 + \frac{1}{2}$$

$$x = 0.269\ m$$

דפי נוסחאות – מכניקה

קינמטייקה

תנועה ישרה בתאוצה קבועה:

$$v(t) = v_o + at$$

$$x_t = x_o + \frac{v_o + v_t}{2}t$$

$$x(t) = x_o + v_o t + \frac{1}{2}at^2$$

$$v_t^2 = v_o^2 + 2a(x_t - x_o)$$

זריקה בזווית:

$$v_x = v_o Cos\alpha$$

$$v_y = v_o Sin\alpha - gt$$

$$x(t) = x_o + v_o Cos\alpha \cdot t$$

$$y(t) = y_o + v_o Sin\alpha \cdot t - \frac{1}{2}gt^2$$

משוואת המסלול:

$$y(x) = tg\alpha \cdot x - \frac{g}{2v_o^2 Cos^2\alpha} \cdot x^2$$

הטווח האופקי: $R = \frac{v_o^2}{g} Sin2\alpha$

תנועה מעגלית

זמן מחזור: $T = \frac{2\pi R}{v}$

תדירות: $f = \frac{1}{T}$

מהירות זוויתית: $\omega = \frac{2\pi}{T} = 2\pi f$

הקשר בין מהירות קווית למהירות זוויתית: $v = \omega R$

תאוצה צנטריפטלית: $a_r = \frac{v^2}{R} = \omega^2 R$

תנועה יחסית

מהירות של A ביחס ל- B: $\vec{\boldsymbol{v}}_{\mathbf{AB}} = \vec{\boldsymbol{v}}_{\mathbf{A}} - \vec{\boldsymbol{v}}_{\mathbf{B}}$

תאוצה של A ביחס ל- B: $\vec{\boldsymbol{a}}_{\mathbf{AB}} = \vec{\boldsymbol{a}}_{\mathbf{A}} - \vec{\boldsymbol{a}}_{\mathbf{B}}$

דינמיקה

גודל כוח החיכוך

חיכוך סטטי: $f_s \le \mu_s N$

חיכוך קינטי: $f_k = \mu_k N$

חוק הוק: $F = -k\Delta x$

כאשר Δx היא ההתארכות מהמצב הרפוי

חיבור קפיצים בטור: $\frac{1}{k_{eff}} = \frac{1}{k_1} + \frac{1}{k_2} + \ldots$

חיבור קפיצים במקביל: $k_{eff} = k_1 + k_2 + \ldots$

עבודה ואנרגיה

הגדרת העבודה של כוח $\vec{\mathbf{F}}$: $W_{\vec{\mathbf{F}}_{A\to B}} = \int_A^B F \cdot Cos\alpha \cdot dr$

עבודת כוח קבוע: $W_{\vec{\mathbf{F}}_{A\to B}} = F\,Cos\alpha\,\Delta x$

אנרגיה קינטית: $E_{\mathrm{k}} = \frac{1}{2}mv^2$

אנרגיה פוטנציאלית כובדית: $E_{\mathrm{p.g.}} = mgh$
(בשדה כובד אחיד)

אנרגיה פוטנציאלית אלסטית: $E_{\mathrm{p.e.}} = \frac{1}{2}k(\Delta x)^2$
כאשר Δx היא ההתארכות מהמצב הרפוי

הספק ממוצע: $\bar{P} = \frac{\Delta W}{\Delta t}$

משפט עבודה-אנרגיה: $W_{\mathbf{\Sigma}\vec{\mathbf{F}}_{A\to B}} = \Delta E_{\mathrm{k}}$

עבודת הכוחות הלא-משמרים: $W_{\substack{\text{לא}\\ \text{משמרים}}\ A\to B} = \Delta E_{tot}$